梅山鄉玉虛宮115年玉虛盃國小學科競試 數學科試題

就讀國小：＿＿＿＿＿＿＿＿　准考證號碼：＿＿＿＿＿＿＿＿　姓名：＿＿＿＿＿＿＿＿＿＿

( )1. 下列哪一個分數**不是** $\frac{54}{30}$的等值分數？　(A) $\frac{27}{15}$ (B) $\frac{16}{10}$ (C) $1\frac{4}{5}$ (D) $\frac{9}{5}$

( )2. 一個長方體甲的長125公分、寬8公分、高20公分，體積是幾立方公分？　(A)20立方公分

(B)2000立方公分　(C)20000立方公分　(D)200000立方公分

( )3. 下列哪一個數**不是**168的因數？　(A)6　(B)7　(C)8　(D)9

( )4. 梅中戰鼓舞獅社同學每週練習1小時50分鐘，這個學期練習17週，一共花了多少時間練習？

(A)17小時50分鐘　(B)30小時10分鐘　(C)31小時10分鐘　(D)33小時20分鐘

( )5. $\frac{1}{8}$圓的扇形，圓心角是幾度？　(A)30°　(B)45°　(C)60°　(D)80°

( )6. 1000÷(30＋20)×10＋10＝□，下列哪一個選項是□裡的答案？(A)1　(B)30　(C)210　(D)400

( )7. 甲是郁翔畫的三角形，乙是定謙畫的三角形，乙三角形的底是甲三角形的底的3倍，高也是甲的高的3倍，定謙的三角形面積是郁翔的三角形的幾倍？

(A)9倍　(B)6倍　(C)3倍　(D) $\frac{9}{2}$倍

( )8. 甲數＝0.543×42.3、乙數＝44.3×0.623、丙數＝3.43×9.23，甲、乙、丙三個數由小到大的排列是？

(A)甲數＜乙數＜丙數　(B)乙數＜甲數＜丙數　(C) 甲數＜丙數＜乙數　(D)丙數＜甲數＜乙數

( )9. 六年丙班老師將班上學生分組競賽，每2人分1組，或每3人分1組，都剛好可以分完，班上學生

不可能是幾人？　(A)16人　(B)18人　(C)24人　(D)30人。

( )10. 遊樂園一張成人票550元，一張兒童票價錢為成人票打8折，小梅一家八口，大人、小孩各4人，門票花費多少元？　(A)2200元　(B)3520元　(C)3800元　(D)3960元。

( )11. 有4根竹籤，長度分別為4公分、5公分、8公分、13公分。下列哪一組竹籤長度組合可以圍成一個三角形？　(A)4公分、5公分、8公分　(B)4公分、5公分、13公分　(C)5公分、8公分、13公分　(D)4公分、8公分、13公分。

( )12. 博學的藍芽耳機充飽電後可以使用9小時30分鐘，博學每天使用40分鐘上線上課程，假設不使用時都不會耗電，博學最多可以完整使用線上課程幾日？(A)16日　(B)15日　(C)14日　(D)10日

( )13. 廣識進行密室脫逃遊戲，密碼鎖要輸入正確的4位數才能開啟大門，下面是密碼的提示卡，正確的密碼是？

密碼：A　B　C　D
A＝三角柱的所有邊數
B＝四角錐的所有面個數
C＝六角錐的所有頂點數
D＝圓柱的頂點數

(A)9670　(B)6561　(C)6570　(D)9571。

( )14. 75和180這兩個數的所有公因數，加起來的和是多少？　(A)15　(B)16　(C)23　(D)24。

《背面還有題目》

( )15. 文具店裡的原子筆有 180 枝，紅筆占全部原子筆數量的比率是20%，藍筆占全部原子筆數量的 $\frac{5}{12}$，剩下的為黑筆，數量最多的筆和數量最少的筆相差幾枝？

(A) 23 枝　(B) 36 枝　(C) 39 枝　(D) 75 枝。

( )16. 3.14×□.□□□，已知四張數字卡是 0、1、3、5，若要使算出來的積小於 3.14，數字不重複，乘數有幾種不同的數字？　(A) 0 種　(B) 3 種　(C) 4 種　(D) 6 種。

( )17. 若以四種不同的方式連接正八邊形 ABCDEFGH 的兩條對角線，連接成下列選項中的 4 個圖形，哪一個圖形**不是**線對稱圖形？（正八邊形裡面的黑色線條也要能對稱。）

(A)

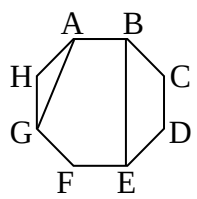

(B)

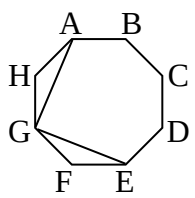

(C)

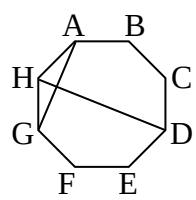

(D)

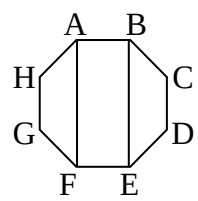

( )18. 右圖立體形體的體積是多少立方公分？（每個夾角皆為直角）

(A) 1440 立方公分　(B) 1680 平方公分

(C) 1800 立方公分　(D) 1920 立方公分。

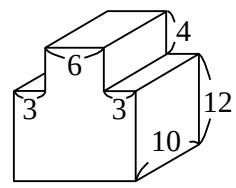

（單位：公分）

( )19. 直線 L 是右圖線對稱圖形的對稱軸。∠ㄅ是多少度？

(A) 80 度　(B) 87 度　(C) 88 度　(D) 90 度。

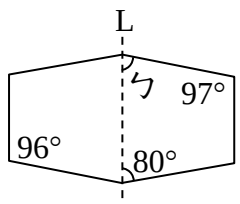

( )20. 如右圖，有兩塊三角板三內角分別為 30°、60°、90°和 45°、45°、90°，排列如下圖。$\overline{BD}=\overline{BC}$，求∠DEC＝？

(A) 110 (B) 105 (C) 100 (D) 95 度。

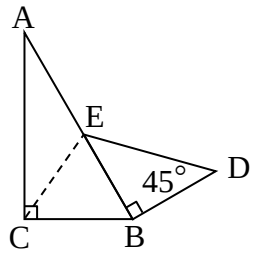

( )21. 7323 號公車每隔 35 分鐘發一班車，第 1 班車發車的時間是上午 6 時 00 分，甲、乙、丙、丁四位同學分別於 8 點、10 點、12 點、14 點到達車站等車，哪一位同學候車時間最長？

(A) 甲 (B) 乙 (C) 丙 (D) 丁。

( )22. 已知在幸福超市購物總金額超過 200 元時，有打八折的優惠。柯吉霸帶 300 元到幸福超市買餅乾和飲料，若飲料每瓶 35 元，餅乾每包 25 元，柯吉霸買了 1 瓶飲料，其餘的錢全部買餅乾，則他最多可買多少包餅乾？　(A) 10 包　(B) 12 包　(C) 13 包　(D) 14 包。

( )23. 林老師到燒餅店買燒餅，身上帶的錢恰好可以買 36 個芝麻燒餅或 42 個原味燒餅。如果林老師先買 14 個原味燒餅，則他身上剩下的錢恰好可買多少個芝麻燒餅？

(A) 12 個　(B) 16 個　(C) 20 個　(D) 24 個。

( )24. 在 $\frac{1}{6}$ 和 $\frac{7}{9}$ 之間，而且分母是 8 的分數有幾個？

(A) 2 個 (B) 3 個 (C) 4 個 (D) 5 個。

( )25. 六年甲班有 12 個男生（1 號到 12 號）和 9 個女生（13 號到 21 號），每天由 1 個男生和 1 個女生共兩人依座號輪流當值日生。今天是星期三，輪到 3 號男生和 13 號女生當值日生，下次再輪到這兩個同學一起當值日生是星期幾？（除了星期六、日放假不用輪值外，期間的每天都要上學）

(A)星期三 (B)星期四 (C)星期五 (D)星期一。

題目結束